Modelagem e Simulação – Treino para a Casa - Lista 3

① se $X_{n-1} = X_n$, então $p_{i1} = \frac{3}{4}$ e $p_{i2} = \frac{1}{4}$ ($i = 1$ ou $i = 2$)

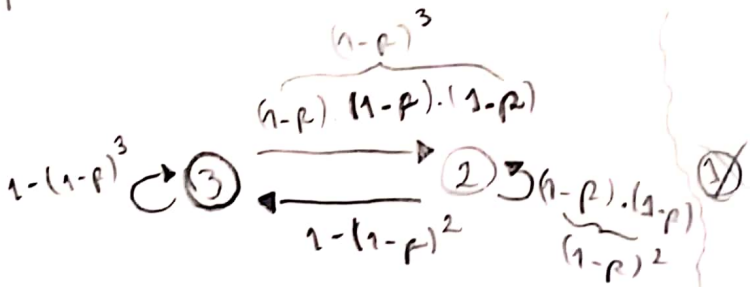
se $X_{n-1} \neq X_n$, então $p_{i1} = p_{i2} = \frac{1}{2}$ ($i = 1$ ou $i = 2$)

Calcular as probabilidades $P(X_4 = 2 / X_3 = 1, X_2 = 1)$ e $P(X_4 = 2 / X_3 = 1, X_2 = 2)$. Este processo é markoviano? Justifique.

- $P(X_{n+1} = 2 / X_n = 1, X_{n-1} = 1)$, isso quer dizer que $n = 1$ e $n-1 = 1$, ou seja, $X_{n-1} = X_n$, então a probabilidade é $p_{i1} = \frac{3}{4}$.

- $P(X_{n+1} = 2 / X_n = 1, X_{n-1} = 2)$, isso quer dizer que $n = 1$ e $n-1 = 2$, ou seja, $X_{n-1} \neq X_n$, então a probabilidade é $p_{i1} = p_{i2} = \frac{1}{2}$.

② Três máquinas 1, 2 e 3 tem a mesma confiabilidade $p = 0,8$ cada uma, a probabilidade de uma máquina parar de funcionar num mesmo dia (dia de funcionamento) é igual a $1-p$. Se uma máq. parar de funcionar ela é mandada durante a noite e volta a funcionar na manhã do dia seguinte. No máximo duas máq. podem ser consertadas durante uma mesma noite.



- Solicitar aquisição de mais máq. p/ funcionar
- nunca vai acontecer de haver só 1 máq funcionando pois no máx duas máq. podem ser mandadas durante a noite

p_{33} = probabilidade das três máqs. continuarem funcionando =
$= 1-(1-p)^3 = 1-(1-0,8)^3 = 1-(0,2)^3 = 1-0,008 = 0,992$


p_{32} = probabilidade de duas máqs funcionarem = $(1-p)^3 = 0,008$

p_{23} = probabilidade das três máqs voltarem a funcionar saindo de um estado em que apenas 2 máqs funcionam = $1-(1-p)^2 = 0,96$

p_{22} = probabilidade de 2 máqs virem a funcionar saindo de um estado em que apenas 2 máqs funcionam = $(1-p)^2 = 0,04$

Digitalizado com CamScanner

Grafo das transições



Matriz estocástica

$P =$

	3	2
3	0,992	0,008
2	0,96	0,04

Considerando que no início do primeiro dia as três máqs. funcionam, qual a probabilidade das três máqs. funcionarem no início do 3º dia.

↳ nº máqs. funcionam no início do 1º dia

$$X_0 = [1 \quad 0]$$

$$X_1 = X_0 \cdot P = [1 \quad 0] \cdot \begin{bmatrix} 0,992 & 0,008 \\ 0,96 & 0,04 \end{bmatrix}$$

$$X_1 = [(0,992 \cdot 1 + 0 \cdot 0,96) \quad (1 \cdot 0,008 + 0 \cdot 0,04)] =$$

$$X_1 = [0,992 \quad 0,008]$$

$$X_2 = X_1 \cdot P = [0,992 \quad 0,008] \begin{bmatrix} 0,992 & 0,008 \\ 0,96 & 0,04 \end{bmatrix}$$

$$X_2 = [(0,992 \cdot 0,992 + 0,008 \cdot 0,96) \quad (0,992 \cdot 0,008 + 0,008 \cdot 0,04)]$$

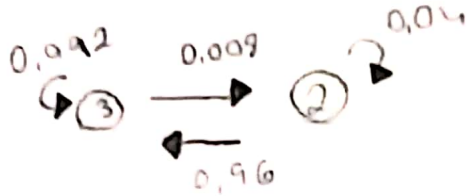
$$X_2 = [(0,984 + 0,007) \quad (0,008)]$$

$$X_2 = [0,992 \quad 0,008]$$

∴ A probabilidade das três máquinas funcionarem no início do 3º dia é 99,2%.

Digitalizado com CamScanner

• Calcular a probabilidade das três máquinas funcionarem no regime estacionário.



Regime estacionário = fluxo entrando é igual ao fluxo saindo do estado.

$$0{,}009\,P_3 = 0{,}96\,P_2$$

$$P_3 + P_2 = 1 \longrightarrow \boxed{P_2 = 1 - P_3}$$

$$0{,}009P_3 = 0{,}96 \cdot (1 - P_3)$$

$$0{,}009P_3 = 0{,}96 - 0{,}96P_3$$

$$0{,}009P_3 + 0{,}96P_3 = 0{,}96$$

$$0{,}969P_3 = 0{,}96$$

$$\boxed{P_3 = 99{,}17}$$

$$P_2 = 1 - P_3$$

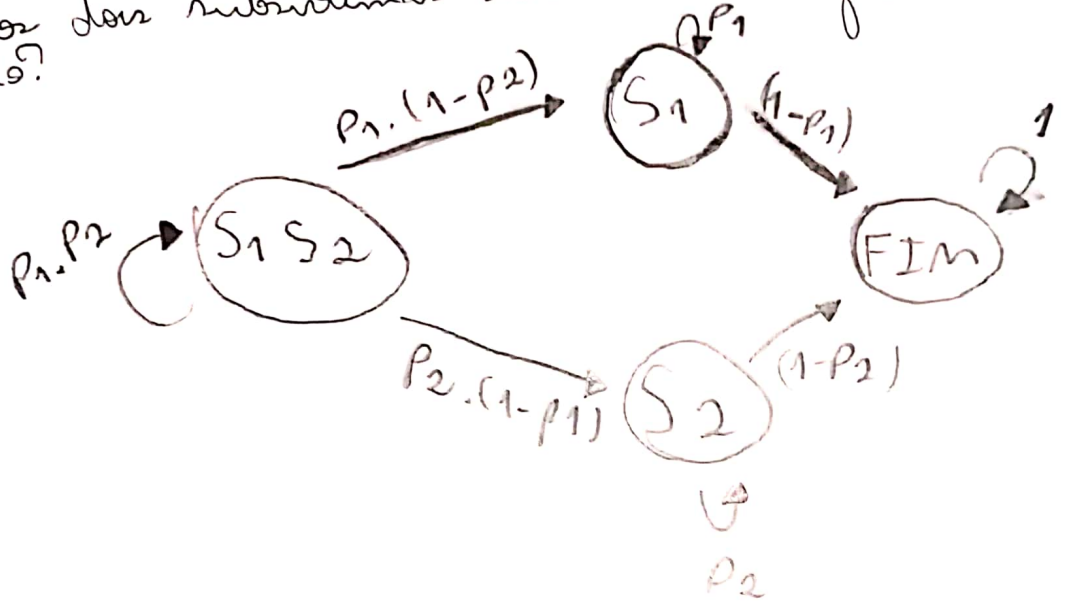
$$P_2 = 1 - 99{,}17$$

$$\boxed{P_2 = 0{,}008}$$

A probabilidade das três máquinas funcionarem no regime estacionário é de aproximadamente 99,2%.

Digitalizado com CamScanner

③ Um sistema S é composto de dois subsistemas S1 e S2 montados em paralelo. S1 e S2 funcionam de modo independente. Durante um mesmo dia, S1 tem a confiabilidade p1 e S2 tem a confiabilidade p2. Não há possibilidade de reparo nesse sistema. Fornecer o grafo das transições que representa os diversos estados distintos alcançáveis pelo sistema em função de p1 e p2. O processo Markoviano correspondente tem somente uma distribuição estacionária? Qual é a probabilidade dos dois subsistemas estarem estragados no regime estacionário?



Máquinas não podem ser consertadas.

. O processo Markoviano correspondente é apenas uma distribuição estacionária pois há um regime permanente no vértice FIM.

Digitalizado com CamScanner